מדינת ישראל
משרד החינוך

המזכירות הפדגוגית

ראמ"ה
הרשות הארצית
למדידה והערכה בחינוך

שם התלמיד/ה	
הכיתה	
שם בית הספר	
שם יישוב בית הספר	
מס' התלמיד/ה באלפון	

מיצ"ב

מבחן במתמטיקה

כיתה ה', נוסח א'

מס' זהות	
שם משפחה	כיתה + מס' כיתה
שם פרטי	סמל מוסד
שם ביה"ס	מקצוע

מדגם

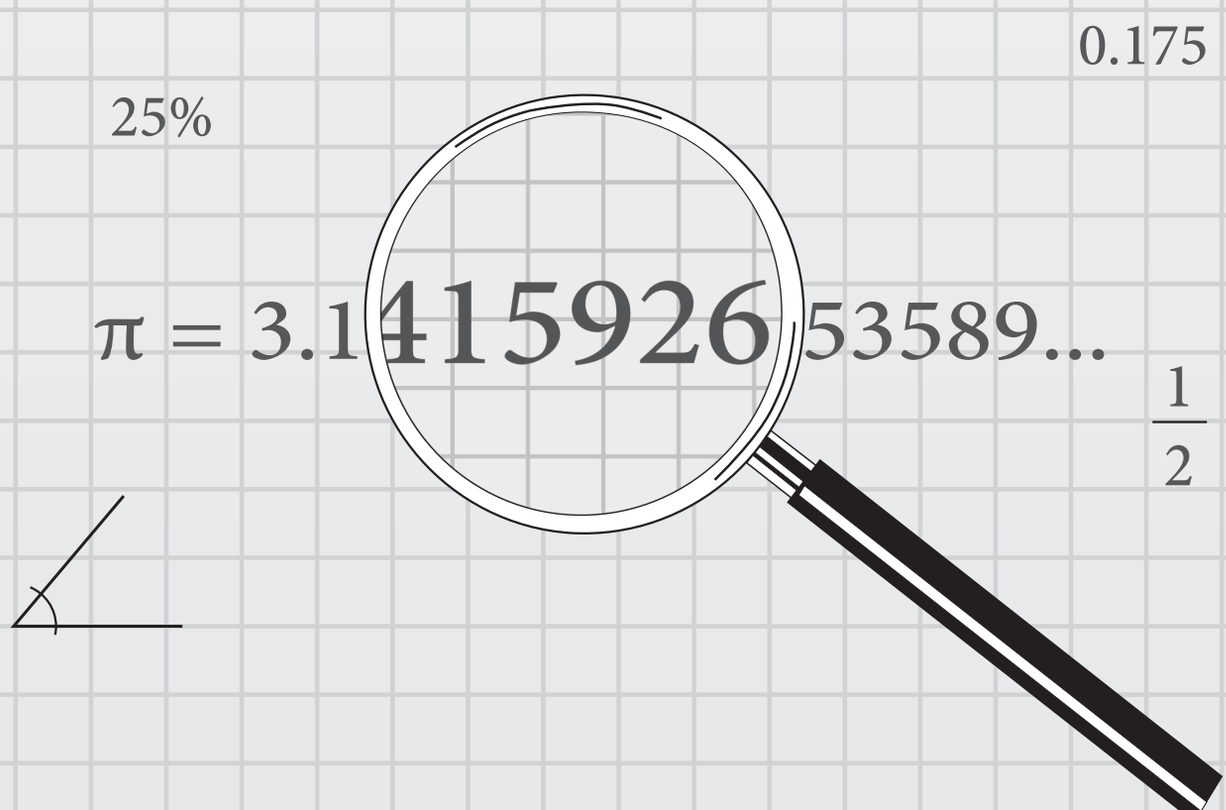

23-MAT-013-5A-SOF-net

231

23-03-05-01-01-01-012-013-05

מאי 2013, סיוון התשע"ג

בהצלחה!

© כל הזכויות שמורות לראמ"ה – הרשות הארצית למדידה והערכה בחינוך, משרד החינוך

תלמידים יקרים,

לפניכם מבחן במתמטיקה:

- לרשותכם **90 דקות**.
- פִּתְרוּ את **כל** התרגילים וענו על **כל** השאלות.
- כִּתְבוּ את החישובים שלכם על דפי המבחן.
- אפשר לכתוב בעיפרון או בעט.
- בחלק מן השאלות **הודגשו** מילים חשובות. שימו לב למילים אלה.
- **אין להשתמש במחשבון או בכל חומר עזר אחר.**

בשאלות שבהן אתם נדרשים **לכתוב תשובה**, כתבו אותה במקום המיועד לכך.

בשאלות שבהן אתם נדרשים לבחור **תשובה נכונה אחת** מבין כמה תשובות, בחרו את התשובה וסמנו לְיָדָה ☒ .
אם תסמנו ☒ ליד יותר מתשובה אחת, התשובה תיחשב שגויה.

אם אתם רוצים לתקן את תשובתכם, מחקו את התשובה שסימנתם כך: ☒ , וסמנו ☒ ליד תשובה אחרת.

✔ לפני מסירת המבחן –
בְּדְקוּ היטב את תשובותיכם,
ותקנו לפי הצורך.

בהצלחה!☺

© כל הזכויות שמורות לראמ"ה – הרשות הארצית למדידה והערכה בחינוך, משרד החינוך

© כל הזכויות שמורות לראמ"ה – הרשות הארצית למדידה והערכה בחינוך, משרד החינוך



מקום לחישובים

שאלה 1

פִּתרו:

א. _____ = 783 + 4,165

ב. _____ = 6,594 – 3,761

ג. _____ = 2,400 : 40

שאלה 2

יותם מזג מיץ ל־ 8 כוסות,
$\frac{1}{4}$ ליטר מיץ לכל כוס.

כמה ליטר מיץ מזג יותם בסך הכול?

תשובה: _____ ליטר מיץ

© כל הזכויות שמורות לראמ"ה – הרשות הארצית למדידה והערכה בחינוך, משרד החינוך

שאלה 3

המספר $\frac{17}{5}$ הוא:

1. גדול מ־ 0 וקטן מ־ 1
2. גדול מ־ 1 וקטן מ־ 2
3. גדול מ־ 2 וקטן מ־ 3
4. גדול מ־ 3 וקטן מ־ 4

שאלה 4

לאיזה מצולע יש בדיוק 2 אלכסונים?

1. משושה
2. מחומש
3. מרובע
4. משולש

© כל הזכויות שמורות לראמ"ה – הרשות הארצית למדידה והערכה בחינוך, משרד החינוך

שאלה 5

לפניכם סרטוט של מקבילית.

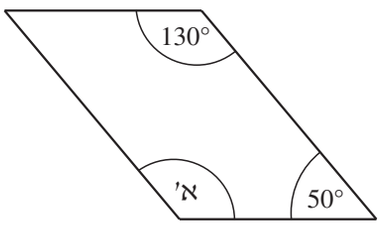

א. הזווית המסומנת באות א' היא:

☐1 זווית שטוחה.

☐2 זווית קהה.

☐3 זווית ישרה.

☐4 זווית חדה.

ב. מה גודל הזווית המסומנת באות א'?

תשובה: _____ מעלות

© כל הזכויות שמורות לראמ"ה – הרשות הארצית למדידה והערכה בחינוך, משרד החינוך

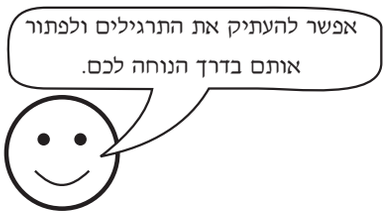

מקום לחישובים

שאלה 6

פִּתרו:

א. _____ = 104×12

ב. _____ = $10 + 50 : 2$

ג. _____ = $405 : 5$

שאלה 7

הַשלימו:

$2{,}105 - \boxed{} = 1{,}095$

© כל הזכויות שמורות לראמ"ה – הרשות הארצית למדידה והערכה בחינוך, משרד החינוך

שאלה 8

א. הַשלימו מספר כך שתוצאת התרגיל תהיה
גדולה מ־ 1,800 **וגם קטנה** מ־ 2,100

$30 \times \square$

ב. הַשלימו מספר **נוסף** כך שתוצאת התרגיל תהיה
גדולה מ־ 1,800 **וגם קטנה** מ־ 2,100

$30 \times \square$

שאלה 9

6,000 תלמידים השתתפו בחידון ארצי בנושא מוזיקה.

אחד מכל 100 תלמידים שהשתתפו בחידון עלה לשלב הסופי.

כמה תלמידים עלו לשלב הסופי של החידון?

תשובה: _____ תלמידים

© כל הזכויות שמורות לראמ"ה – הרשות הארצית למדידה והערכה בחינוך, משרד החינוך

שאלה 10

הַשלימו:

$$28 \times 7 = 30 \times 7 - \square \times 7$$

שאלה 11

יעל קנתה מחברות בחנות ושילמה עבורן 28 ש"ח.

מיכל קנתה באותה החנות מחברות מאותו הסוג ושילמה עבורן 56 ש"ח.

שתיהן יחד קנו בסך הכול 6 מחברות.

מה המחיר של מחברת אחת?

הַציגו את דרך הפתרון:

תשובה: _____ ש"ח

© כל הזכויות שמורות לראמ"ה – הרשות הארצית למדידה והערכה בחינוך, משרד החינוך

שאלה 12



משה סידר 140 ביצים בתבניות.

בכל תבנית היה מקום ל־ 12 ביצים.

אחרי שסיים לסדר את כל הביצים,
נשארה תבנית אחת לא מלאה.

א. כמה תבניות **מלאות** ביצים סידר משה?

הַציגו את דרך הפתרון:

תשובה: _____ תבניות

ב. כמה ביצים יש בַּתבנית שאינה מלאה?

תשובה: _____ ביצים

© כל הזכויות שמורות לראמ"ה – הרשות הארצית למדידה והערכה בחינוך, משרד החינוך

שאלה 13

יונתן קנה 8 מדבקות ושילם עבורן 14 ש"ח.

א. תומר קנה 24 מדבקות מאותו הסוג.

איזה סכום שילם תומר?

תשובה: _____ ש"ח

ב. גם רמי קנה מדבקות מאותו הסוג, ושילם עבורן 21 ש"ח.

כמה מדבקות קנה רמי?

תשובה: _____ מדבקות

© כל הזכויות שמורות לראמ"ה – הרשות הארצית למדידה והערכה בחינוך, משרד החינוך

שאלה 14

בסקר שנערך נשאלו ילדים מה הם מעדיפים לאכול בארוחת הבוקר.

לפניכם דיאגרמה המתארת את תשובות הילדים.

א. פי כמה גדול מספר הילדים המעדיפים לאכול מוצרי חלב ממספר הילדים המעדיפים לאכול דגני בוקר?

תשובה: פי _____

ב. מספר הילדים המעדיפים לאכול דגני בוקר הוא 210 .

ב1. כמה ילדים מעדיפים לאכול פירות?

תשובה: _____ ילדים

ב2. כמה ילדים השתתפו בסקר?

תשובה: _____ ילדים

© כל הזכויות שמורות לראמ"ה – הרשות הארצית למדידה והערכה בחינוך, משרד החינוך

שאלה 15

לפניכם סרטוט של ריבוע ושני אלכסוניו.

בתוך הריבוע משולש הצבוע באפור.

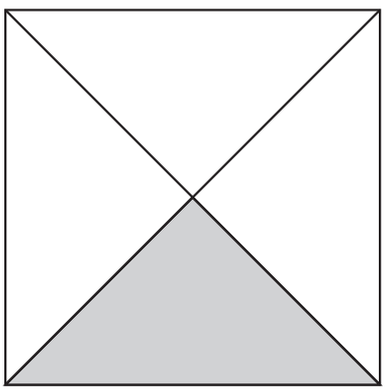

המשולש הצבוע באפור הוא:

1. ☐ משולש שווה־שוקיים חד־זוויות.
2. ☐ משולש שונה־צלעות חד־זוויות.
3. ☐ משולש שווה־שוקיים ישר־זווית.
4. ☐ משולש שונה־צלעות ישר־זווית.

שאלה 16

נטע קראה ספר מהשעה 9:40 עד השעה 11:10.

כמה דקות קראה נטע את הספר?

תשובה: _____ דקות

© כל הזכויות שמורות לראמ"ה – הרשות הארצית למדידה והערכה בחינוך, משרד החינוך

שאלה 17

איזו מהפריסות שלפניכם היא פריסה של קובייה?

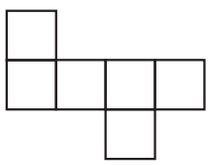

☐ 1

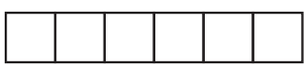

☐ 2

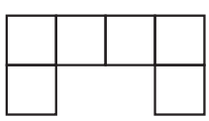

☐ 3

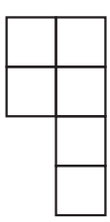

☐ 4

© כל הזכויות שמורות לראמ"ה – הרשות הארצית למדידה והערכה בחינוך, משרד החינוך

שאלה 18

היקף משולש שווה־שוקיים הוא 17 ס"מ.

אורך אחת מצלעותיו הוא 5 ס"מ.

א. כִּתבו אפשרות לאורכי הצלעות האחרות במשולש.

5 ס"מ, _____ ס"מ, _____ ס"מ

ב. כִּתבו אפשרות **נוספת** לאורכי הצלעות האחרות במשולש.

5 ס"מ, _____ ס"מ, _____ ס"מ

שאלה 19

לפניכם סרטוט של תיבה ובתוכה קוביות שנפח כל אחת מהן 1 סמ"ק .

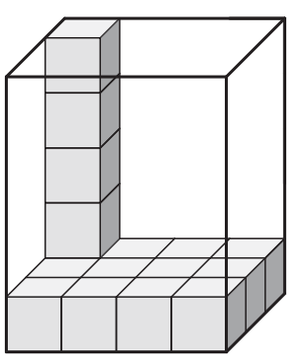

מה **נפח** התיבה?

תשובה: _____ סמ"ק 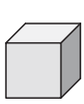

© כל הזכויות שמורות לראמ"ה – הרשות הארצית למדידה והערכה בחינוך, משרד החינוך

שאלה 20

א. סַרטטו **מרובע** שיש בו **רק** זווית ישרה אחת.

ב. סַרטטו **מרובע** שיש בו **רק** שתי זוויות ישרות.

© כל הזכויות שמורות לראמ"ה – הרשות הארצית למדידה והערכה בחינוך, משרד החינוך

שאלה 21

משקל שקית עדשים אחת הוא $\frac{1}{4}$ ק"ג (קילוגרם).
משקל **שלוש** שקיות אפונה זהות הוא 600 גרם.

מה כבד יותר, **שקית עדשים** אחת או **שקית אפונה** אחת? נַמקו.

שאלה 22

לפניכם סרטוט מוקטן של מלבן המחולק לחלקים שווים.

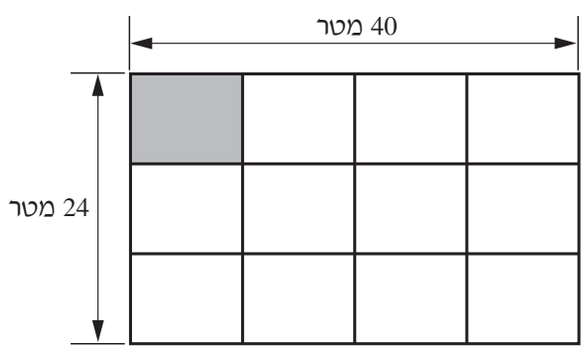

מה **שטח** החלק הצבוע באפור?

תשובה: _____ מ"ר (מטר רָבוע)

© כל הזכויות שמורות לראמ"ה – הרשות הארצית למדידה והערכה בחינוך, משרד החינוך

שאלה 23

איזה חלק משטח הריבוע שלפניכם צבוע באפור?

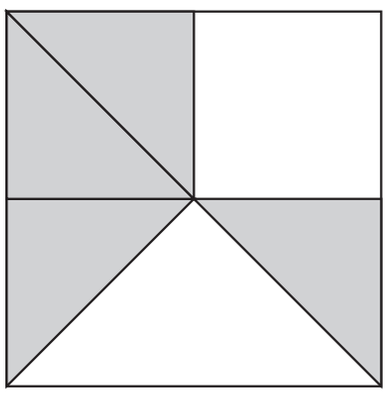

תשובה: _____ משטח הריבוע צבוע באפור.

שאלה 24

פִּתרו:

א. $\frac{5}{6}+\frac{1}{4}=$

ב. $2\frac{1}{5}-\frac{3}{5}=$

ג. $2.9+1.04=$

© כל הזכויות שמורות לראמ"ה – הרשות הארצית למדידה והערכה בחינוך, משרד החינוך

שאלה 25

דנה ורעות גרות ברחוב שבו נמצא בית הספר.

המרחק בין הבית של דנה לבית הספר הוא $2\frac{1}{2}$ ק"מ (קילומטרים).

המרחק בין הבית של רעות לבית של דנה הוא $\frac{3}{4}$ ק"מ (קילומטרים).

לפניכם איור המתאר את מיקום הבתים של רעות ושל דנה ואת מיקום בית הספר.

א. מה המרחק **בק"מ** בין הבית של רעות לבית הספר?

תשובה: _____ ק"מ

ב. מה המרחק **במטרים** בין הבית של דנה לבית הספר?

תשובה: _____ מטרים

© כל הזכויות שמורות לראמ"ה – הרשות הארצית למדידה והערכה בחינוך, משרד החינוך

שאלה 26

הַשלימו מספר מתאים.

$$\frac{1}{4} > \frac{2}{\square}$$

שאלה 27

א. הַשלימו מספר מתאים כך שתוצאת התרגיל תהיה **גדולה** מ־ 4 **וגם קטנה** מ־ 5

$$3.53 + \square$$

ב. הַשלימו מספר מתאים כך שתוצאת התרגיל תהיה **גדולה** מ־ 3.53 **וגם קטנה** מ־ 4

$$3.53 + \square$$

שאלה 28

רינת זרקה כדור למרחק של 6.5 מטרים.

רחל זרקה את אותו הכדור למרחק של 4.9 מטרים.

בכמה מטרים זרקה רינת את הכדור **רחוק יותר** מרחל?

תשובה: _____ מטרים

© כל הזכויות שמורות לראמ"ה – הרשות הארצית למדידה והערכה בחינוך, משרד החינוך

שאלה 29

א. הַשלימו את הסימן המתאים: $<$, $>$, $=$

$$\frac{1}{3}+\frac{2}{7} \quad \bigcirc \quad \frac{1}{3}+\frac{3}{5}$$

ב. הַסבירו כיצד אפשר לדעת את התשובה על סעיף א' **בלי לחשב** את סכום השברים.

שאלה 30

אורן רכב על אופניו במסלול לאופניים.

לאחר שעבר $\frac{4}{5}$ מהמסלול, נותרו לו עוד 20 ק"מ (קילומטרים) עד לסוף המסלול.

מה אורך המסלול **כולו**?

תשובה: _____ ק"מ

© כל הזכויות שמורות לראמ"ה – הרשות הארצית למדידה והערכה בחינוך, משרד החינוך

שאלה 31

הַשלימו:

$$2 \times \frac{1}{5} = 4 \times \square$$

שאלה 32

לפניכם **קטע מודגש** על ישר־המספרים.



א. איזה מהמספרים שלפניכם נמצא בקטע המודגש?

$\frac{2}{3}$ ☐1 $\frac{3}{2}$ ☐2 $\frac{8}{3}$ ☐3 $\frac{7}{2}$ ☐4

ב. הַשלימו מספר כך **שתוצאת** התרגיל תהיה מספר הנמצא בקטע המודגש.

$$\frac{1}{4} \times \square$$

© כל הזכויות שמורות לראמ"ה – הרשות הארצית למדידה והערכה בחינוך, משרד החינוך

שאלה 33

תלמידים תלו במסדרון בית הספר 24 בלונים בשלושה צבעים שונים:
אדום, צהוב וורוד.

$\frac{1}{3}$ מהבלונים היו אדומים.

$\frac{1}{4}$ מהבלונים היו צהובים.

שאר הבלונים היו ורודים.

כמה בלונים **ורודים** תלו התלמידים במסדרון בית הספר?

הַציגו את דרך הפתרון:

תשובה: _____ בלונים ורודים

© כל הזכויות שמורות לראמ"ה – הרשות הארצית למדידה והערכה בחינוך, משרד החינוך

שאלה 34

ב־ 1 ק"ג (קילוגרם) גבינה צהובה יש 280 גרם שומן.

כמה גרם שומן יש ב־ $2\frac{1}{2}$ ק"ג גבינה צהובה?

תשובה: _____ גרם

שאלה 35

פי כמה גדול השבר $\frac{1}{2}$ מהשבר $\frac{1}{6}$?

תשובה: פי _____

בהצלחה!

© כל הזכויות שמורות לראמ"ה – הרשות הארצית למדידה והערכה בחינוך, משרד החינוך

© כל הזכויות שמורות לראמ"ה – הרשות הארצית למדידה והערכה בחינוך, משרד החינוך

כל הזכויות שמורות למדינת ישראל, משרד החינוך, ראמ"ה. השימוש במסמך זה, לרבות הפריטים שבו, מוגבל למטרות לימוד אישיות בלבד או להוראה ולבחינה על ידי מוסד חינוך בלבד, לפי הרשאה מפורשת למוסד חינוך באתר ראמ"ה. זכויות השימוש אינן ניתנות להעברה. חל איסור מפורש לכל שימוש מסחרי וכן לכל מטרה אחרת שאינה מסחרית. אין להעתיק, להפיץ, לעבד, להציג, לשכפל, לפרסם, להנפיק רישיון, ליצור עבודות נגזרות בין על ידי המשתמש ובין באמצעות אחר לכל מטרה או למכור פריט מפרטי המידע, התוכן, המוצרים או השירותים שמקורם במסמך זה. תוכן המבחנים, לרבות טקסט, תוכנה, תמונות, גרפיקה וכל חומר אחר המוכל במסמך זה, מוגן על ידי זכויות יוצרים, סימני מסחר, פטנטים או זכויות יוצרים וקניין רוחני אחרות, ועל פי כל דין; כל זכות שאינה ניתנת במסמך זה במפורש, דינה כזכות שמורה.

15926

23-MAT-013-5A-SOF-net

23-03-05-01-01-01-012-013-05