8

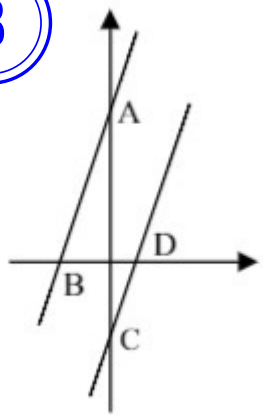

- בשרטוט מופיעים הישרים AB ו-CD.

נתונות משוואות הישרים $y = 3x + 6$ ו: $y = 3x - 3$.

א. השלימו: לישר AB מתאימה הפונקציה _____.

ב. מצאו את שיעורי הנקודות:

A(__,__) , B(__,__) , C(__,__) ו-D(__,__) .

חיתוך עם הצירים

7

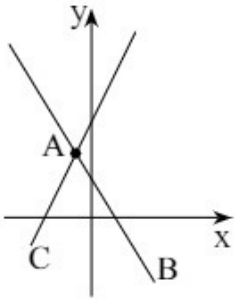

- הישר AB הוא גרף הפונקציה $y = -x + 2$.

הישר AC הוא גרף הפונקציה $y = 2x + 8$.

מצאו את שיעורי הנקודה A.

חיתוך של שני גרפים

8

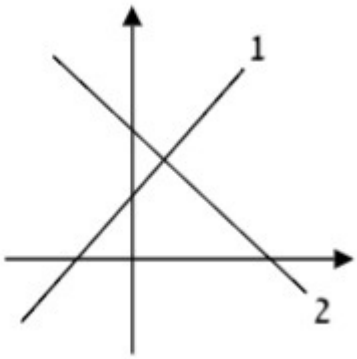

- במערכת הצירים נתונים הגרפים 1 ו-2.

נתונות הפונקציות $y = x + 2$, $y = -3x + 6$.

א. קבעו איזו פונקציה מתאימה לגרף 1. נמקו.

ב. מצאו את נקודת החיתוך בין הישרים.

חיתוך של שני גרפים

9

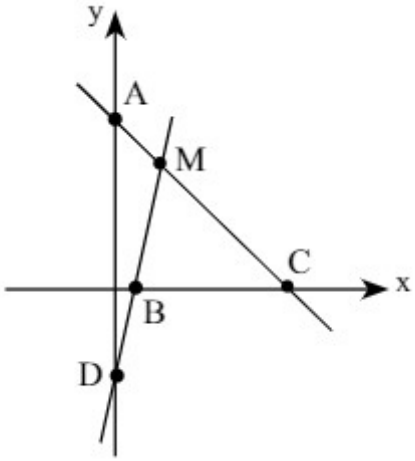

- הישרים BD ו - AC הם גרפים של הפונקציות

$y = 5x - 4$ ו - $y = -x + 8$ בהתאמה.

א. מצאו את שיעורי הנקודות A ,B ,C ,D ,M.

ב. חשבו את אורכי הקטעים BC ו - AD.

10

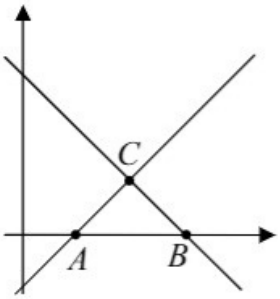

- בשרטוט מופיעים הגרפים של הישרים: $y = x - 5$ ו: $y = -x + 15$.

א. זהו איזו משוואה מתאימה לכל אחד מהישרים AC ו-BC. נמקו.

ב. חשבו את אורך הקטע AB.

ג. חשבו את המרחק של הנקודה C מציר ה-x.

ד. השלימו: שטח המשולש ΔABC הוא: ____ יח"ר.

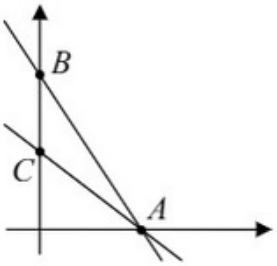

● בשרטוט מופיעים הגרפים של הפונקציות :
$f(x) = -1.5x + 6$ ו: $g(x) = -0.75x + 3$.

א. השלימו את שיעורי הנקודות: $A(_,_)$, $B(_,_)$, $C(_,_)$.

ב. חשבו את אורך הקטע BC.

ג. השלימו: שטח המשולש ΔABC הוא: ____ יח"ר.

ד. חשבו את הסכום: $f(2) + g(4)$.

12

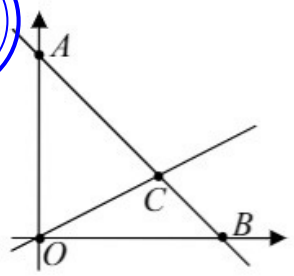

- בשרטוט מופיעים הגרפים של הישרים: $y=-x+6$ ו: $y=0.5x$.

א. זהו איזו משוואה מתאימה לכל אחד מהישרים AB ו-CO. נמקו.

ב. השלימו את שיעורי הנקודות: $A(_,_)$, $B(_,_)$, $C(_,_)$.

ג. חשבו את שטח המשולש ΔBCO.

ד. חשבו את היחס בין שטחי המשולשים: $\frac{S_{\Delta ACO}}{S_{\Delta BCO}}$.